Examen PA – Seria CA/CB/CC, 03.06.2020

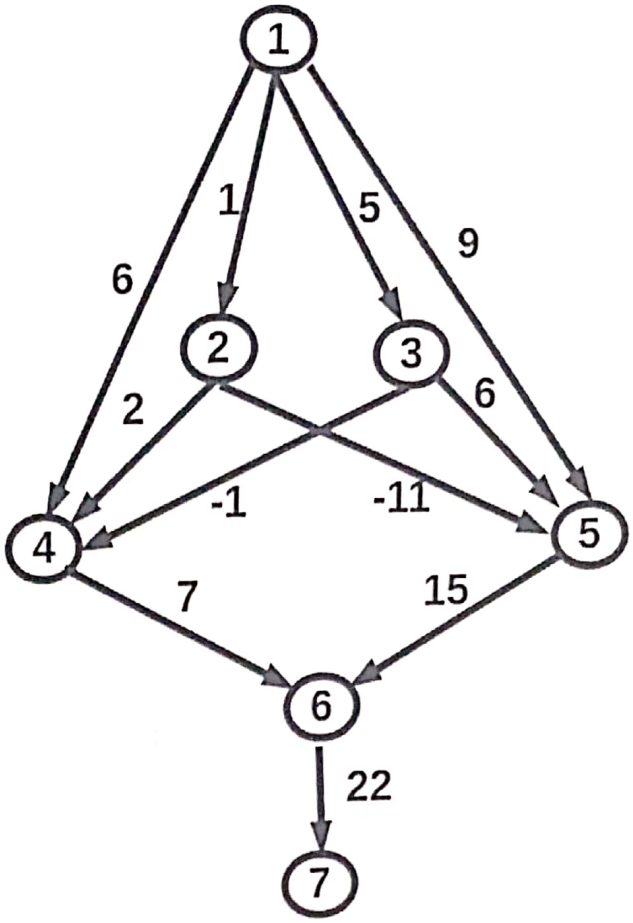
0/4

SUBIECTUL I (10p = 5x 2p)

Redactare: pe foaie, upload de poze cu **toate** paginile **NUMEROTATE** (1/n, 2/n, …, n/n)
Timp de lucru: 40 min (**inclusiv** încărcarea pozelor pe moodle)

Tm.V1

BAREM



1. Să se calculeze folosind o parcurgere **BFS** distanța de la un nod **1** la toate celelalte noduri din graf. Considerați graful **neorientat** și **fără costuri.**

2. Considerați graful **orientat** și găsiți **o sortare topologică** folosind **o parcurgere DFS**.

3. Pentru acest exercițiu ștergeți nodurile **6 și 7** (împreună cu muchiile incidente). Considerând **graful orientat** și având **costurile** din figură **luate în modul**, calculați distanțele de la **nodul sursă 1** la celelalte noduri din graf, folosind **algoritmul lui Dijkstra**.

4. Considerând **graful neorientat** și **costurile din figură** precizați un **arbore parțial de cost minim** (arbore desenat sau dat prin lista de muchii + cost total arbore).

5. Pentru acest exercițiu ștergeți nodul **7** (împreună cu muchiile incidente). Dorim să transformăm graful din figură într-o rețea de transport, considerând **capacitățile muchiilor ca fiind costurile din figură** (luate în **modul**). Se cere să se transporte o cantitate maximă de flux de la **sursa 1** la **destinația 6** folosind **algoritmul Edmonds-Karp**. La fiecare pas, specificați vârfurile ce fac parte din **drumul de ameliorare** ales de algoritm, precum si **cantitatea de flux** ce poate fi transportată pe acest drum.

Observații despre redactare

- Pentru subpunctele 1 și 3 arătați la fiecare pas care este conținutul structurilor de date folosite.
- Pentru subpunctul 2 rezolvarea se poate face folosind un desen.
- Pentru subpunctul 4 nu trebuie justificare.
- Pentru subpunctul 5 se cere **doar** desenarea drumurilor de ameliorare (cu informațiile asociate). Desenul cu rețeaua este opțional.

Scanned with CamScanner

Ex. 1

$Q = \langle 1 \rangle$

$d[1] = 0$, $d[i \neq 1] = \infty$

---

node = 1, $Q = \langle \rangle$

① → 4, 2, 3, 5 $\quad Q = \langle 4, 2, 3, 5 \rangle$

$d[4] = d[2] = d[3] = d[5] = 1$

---

node = 4; $Q = \langle 2, 3, 5 \rangle$

④ — ⑥ $\quad Q = \langle 2, 3, 5, 6 \rangle$

$d[6] = 2$

	1	2	3	4	5	6	7
d	0	1	1	1	1	2	3

---

node = 2 $\quad Q = \langle 3, 5, 6 \rangle$

---

node = 3 $\quad Q = \langle 5, 6 \rangle$

---

node = 5 $\quad Q = \langle 6 \rangle$

---

node = 6 $\quad Q = \langle \rangle$

⑥ — ⑦ $\quad d[7] = 3 \quad Q = \langle 7 \rangle$

---

node = 7 $\quad Q = \langle \rangle$

$Q = \langle \rangle$ STOP

BAREM (2p)

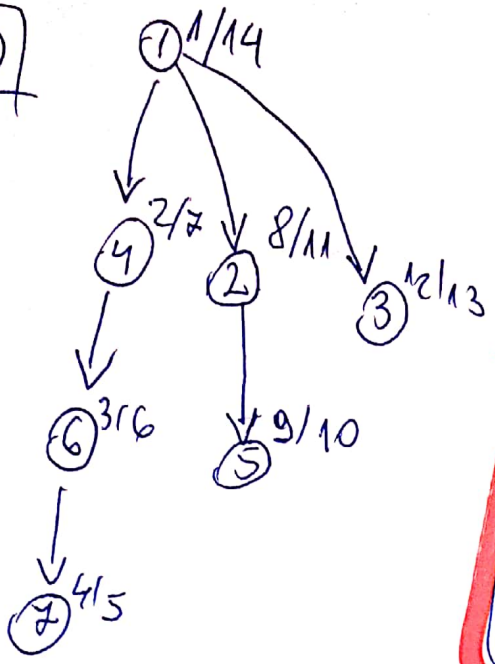
1p → Stare coada

1p → vector distante corect

Obs1 Se punctează cu maxim 1 dacă nu se scrie vectorul complet la final dar x [redacted] intermediar pe parcurs valoarea finală pentru d[i].

Obs2 Parcurgerea NU este unică! (valorile din d [redacted])

Scanned with CamScanner



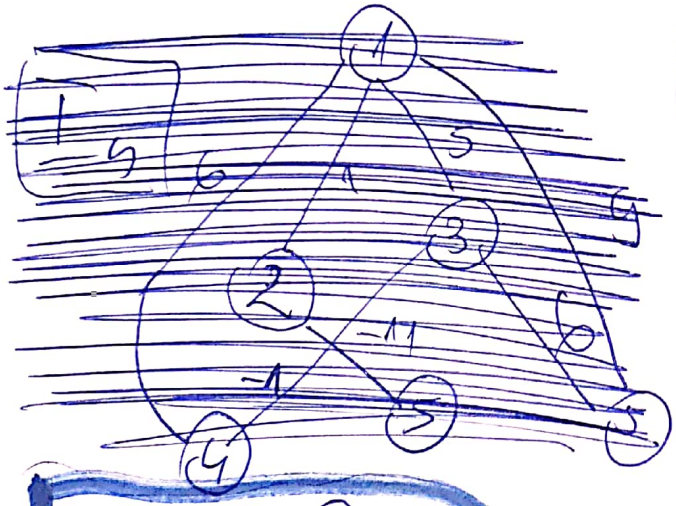
TOPSORT: 1 3 2 5 4 6 7

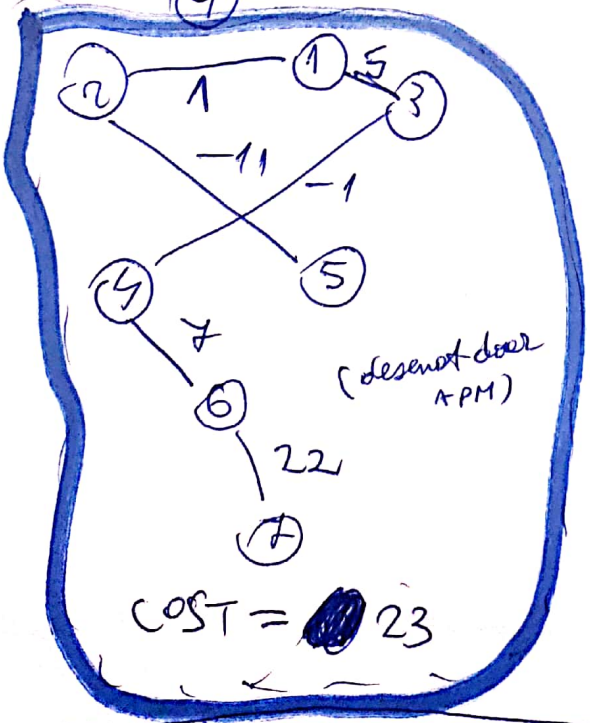
BAREM (2p)
1p corectitudine timpi/arbore
1p precizare rutiere

Arborele și rutiere NU sunt unice!

I.4

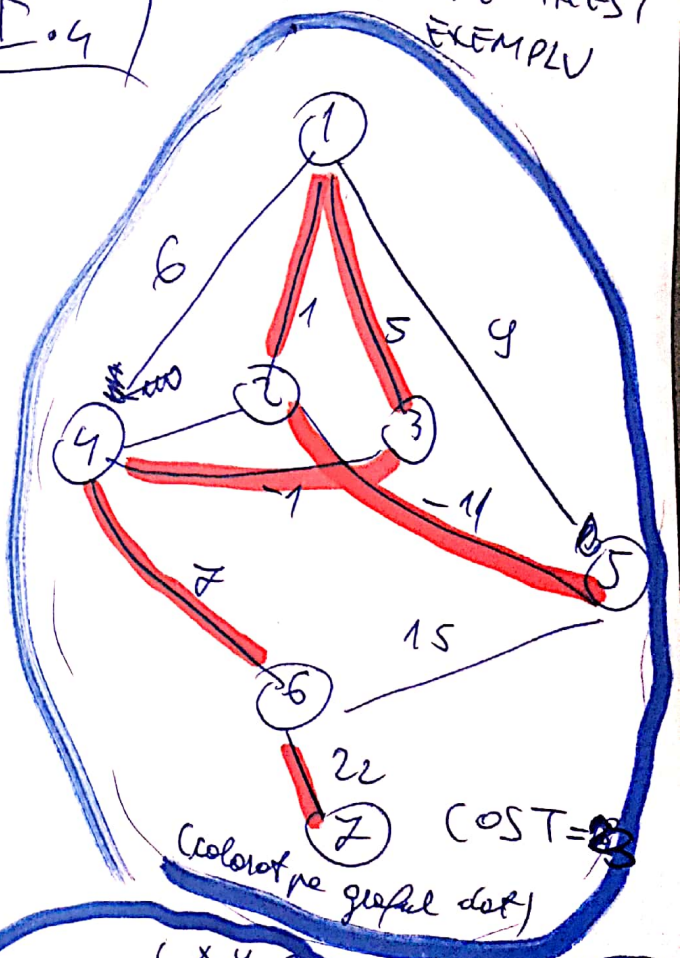
APM UNIC PE ACEST EXEMPLU





(desenat doar APM)

COST = 23



COST = 23

(colorat pe graful dat)

APM = { (x, y, c) (1,2,1), (2,5,−11), (3,4,−1), (4,6,7), (6,7,22), (1,3,5) }

COST = 23

BAREM: 1p APM, 1p COST

ORICARE CERC ALBASTRU REPREZINTĂ O REDACTARE DE PUNCTAJ MAXIM! (mențiunea muchiilor din arbore)

Scanned with CamScanner

I.3 PQ = ⟨1⟩

d[1] = 0 q[1] = 1

---

node = 1 PQ = ⟨⟩

① 6 4 d[4] = 6
1 2 d[2] = 1
5 3 d[3] = 5
9 5 d[5] = 9

PQ = ⟨4, 2, 3, 5⟩

---

node = 2 PQ = ⟨4, 3, 5⟩

② 2 → 4 d[4] = 1 + 2 = 3
11 → 5 d[5] → SKIP

---

node = 4 PQ = ⟨3, 5⟩

[redacted] NIMIC LA ACEST PAS

---

node = 3 PQ = ⟨5⟩

---

node = 5 PQ = ⟨⟩

PQ = ⟨⟩ STOP

	1	2	3	4	5
d	0	1	5	3	9

I.4

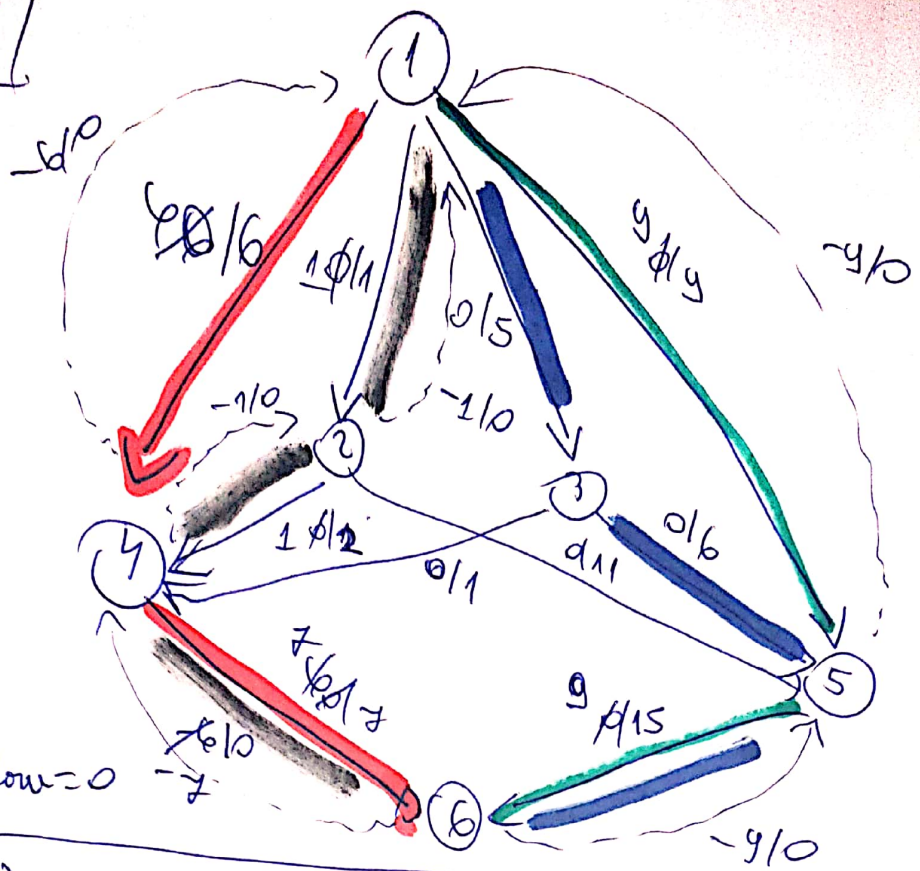
BAREM 2p.
1p → PQ
1p → d
0p Se punctează și dacă nu se scrie d la final și se colorează doar final ce în borom!

Scanned with CamScanner

I.5

02.06.2020 9G


4/4



MaxFlow = 0

PAS 1

BFS(1):



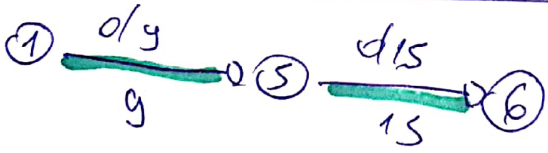
Obs. Aici putem alege și 1-0-5-6

$C_R = 6$

MaxFlow += 6

PAS 2

BFS(1):




$C_R = 9$

MaxFlow = 9

PAS 3

BFS(1):



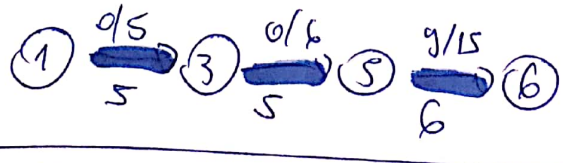
Obs. Aici putem alege și altă cale 1-2-5-6 ok!

$C_R = 1$

MaxFlow += 1

PAS 4

BFS(4)



$C_R = 5$

MaxFlow += 5

STOP MaxFlow = 6 + 9 + 1 + 5 = **21**

BAREM 2p

2p = 4 x 0,5p DRUMURI, rende

0.5p = 0.3p moduri + 0.2 CALCUL CR drum

Obs Se poate omite totalul 21 deca la fiecare pas s-a precizat cu cât crește fluxul.

Scanned with CamScanner